UNIVERSITÉ CÔTE D'AZUR
FACULTÉ DE MÉDECINE

# TUT'ECOS

## Chirurgie Vasculaire
## AOMI - Ischémie d'effort
## Sans patient
## Avec geste clinique

**Nom du rédacteur : Pouderoux Lucie** **Date de rédaction : Décembre 2023**

**Relecture intra-ou transdisciplinaire :**

**Situation de départ N°** (069) – Claudication intermittente d'un membre

**Domaine de compétence n°1 (en sélectionner 1 SEUL)** : Examen clinique

**Domaine de compétence n°1 (en sélectionner 1 SEUL) :** Urgence

**Attendus d'apprentissage de la situation abordée (cf. LISA :** Catégorie:Situation de départ NG — LiSA (uness.fr)**):**

1- Différencier à l'examen clinique les éléments orientant vers une atteinte vasculaire ou médullaire

2- Identifier les situations d'urgences vasculaires et neurologiques

**Patient simulé nécessaire à la station : NON**

**Intervention de l'examinateur lorsqu'il y a un texte en (Rouge)**

**Matériel nécessaire à la station**

- Mannequin (corps entier)
- Brancard (pour le mannequin)
- Stéthoscope
- Solution hydro-alcoolique

# Instructions à l'étudiant

Vous êtes interne en cabinet de médecine générale.

Vous recevez Mr Jean BEBOBO, 73 ans, suivi habituellement pour hypertension artérielle, diabète de type II, et hypercholestérolémie.

Depuis quelques semaines, il présente une douleur intermittente au niveau du mollet droit lorsqu'il parcourt une distance de 250m, forçant l'arrêt.

La douleur cède après 5 minutes de repos, mais réapparait pour le même périmètre de marche.

Vous avez **8 minutes** pour :

1. Réaliser l'examen PHYSIQUE orienté du patient en prenant soin d'éliminer les diagnostics différentiels

2. Evoquer et justifiez votre hypothèse diagnostique principale concernant ce patient.

## Fiche de correction pour l'évaluateur (sans le barème)

| | Cocher si fait |
|---|---|
| **1) Examen Physique** | |
| **Inspection** | |
| Recherche des troubles trophiques (ulcère, mal perforant plantaire) au niveau des deux membres inférieurs (enlève les chaussettes sinon 0) | |
| Recherche des signes d'insuffisance veineuse (*dermite ocre, varices, oedèmes*) au niveau des deux membres inférieurs | |
| Recherche les signes de thrombophlébite (*rougeur, œdème, douleur*) au niveau des deux membres inférieurs | |
| **Palpation** | |
| Palpe les 2 pouls **FEMORAUX** au niveau du pli de l'aine (Présents)<br>Palpe les 2 pouls **POPLITES** avec la jambe en légère flexion (Présent à gauche, ABSENT à DROITE)<br> 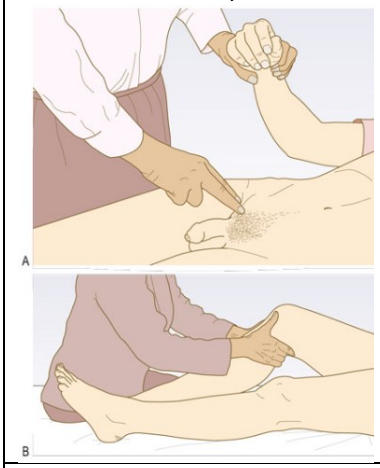 <br> | |
| Palpe les pouls **PEDIEUX** au niveau du premier espace intermétatarsien (Présent à gauche, ABSENT à DROITE)<br>Palpe les pouls **TIBIAUX POSTERIEURS** en arrière de la malléole interne (Présent à gauche, ABSENT à DROITE)<br> 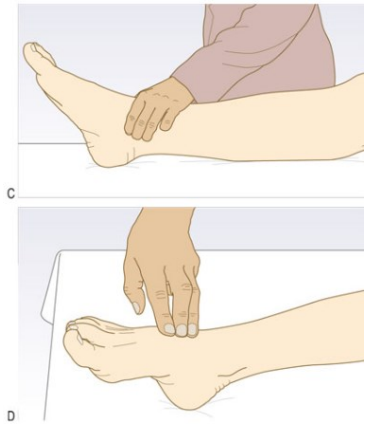 <br> | |
| Recherche une douleur à la palpation des deux mollets | |
| Recherche un déficit sensitif et moteur des deux membres inférieurs | |
| Recherche une douleur articulaire de genou ou de hanche, lors de la mobilisation passive des deux membres inférieurs | x |

# TUT'ECOS

| **Auscultation** | |
|---|---|
| Recherche un souffle au niveau des deux artères fémorales (Pas de souffle) | |
| Demande les pressions artérielles systoliques au niveau des membres inférieurs et supérieurs pour le calcul de l'IPS (Indice de Pression systolique)<br>OU<br>Demande si le calcul de l'IPS a été réalisé<br>(Donner feuille suivante :)<br> 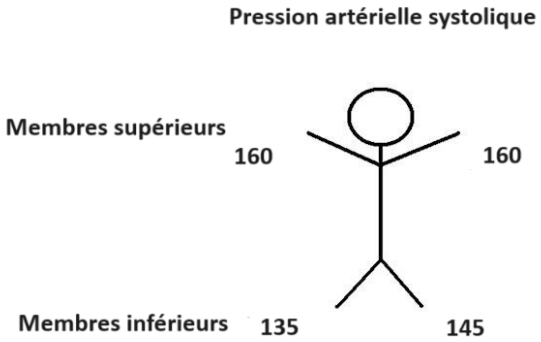 <br><br>Droite: IPS = 0,84<br>Gauche: IPS = 0,91 | |
| **2) Hypothèse diagnostique** | |
| Explique l'hypothèse de l'origine **artérielle** de la douleur (crampes musculaires à l'effort, pour une distance donnée, cèdant rapidement à l'arrêt, contexte athéromateux) | |
| Explique l'hypothèse d'**artériopathie oblitérante des membres inférieurs** (Facteurs de risque cardiovasculaire, absence de pouls à droite) | |
| Enonce l'AOMI au niveau poplité | |
| Interprète les résultats de l'IPS<br>- Claudication intermittente au stade d'**ischémie d'effort car IPS droit <0,9** | |
| | /35 |
| **COMPETENCES GENERIQUES** | |
| Aptitude à mener l'examen clinique | 1 à 5 |
| Aptitude à structurer l'examen clinique | 1 à 5 |
| Aptitude à faire la synthèse des données | 1 à 5 |
| NOTE TOTALE | /50 |

## Fiche de correction avec le barème : non communiqué à l'évaluateur

| | Cocher si fait |
|---|---|
| **1) Examen Physique** | |
| **Inspection** | |
| Recherche des troubles trophiques (ulcère, mal perforant plantaire) au niveau des deux membres inférieurs (enlève les chaussettes sinon 0) | 1 |
| Recherche des signes d'insuffisance veineuse (*dermite ocre, varices, oedèmes*) au niveau des deux membres inférieurs | 1 |
| Recherche les signes de thrombophlébite (*rougeur, œdème, douleur*) au niveau des deux membres inférieurs | 1 |
| **Palpation** | |
| Palpe les 2 pouls **FEMORAUX** au niveau du pli de l'aine (Présents)<br>Palpe les 2 pouls **POPLITES** avec la jambe en légère flexion (Présent à gauche, ABSENT à DROITE)<br> <br><br> <br> | 5 |
| Palpe les pouls **PEDIEUX** au niveau du premier espace intermétatarsien (Présent à gauche, ABSENT à DROITE)<br>Palpe les pouls **TIBIAUX POSTERIEURS** en arrière de la malléole interne (Présent à gauche, ABSENT à DROITE)<br> <br><br> <br> | 5 |
| Recherche une douleur à la palpation des deux mollets | 1 |
| Recherche un déficit sensitif et moteur des deux membres inférieurs | 1 |

| | |
|---|---|
| Recherche une douleur articulaire de genou ou de hanche, lors de la mobilisation passive des deux membres inférieurs | 1 |
| **Auscultation** | |
| Recherche un souffle au niveau des deux artères fémorales (Pas de souffle) | 1 |
| Demande les pressions artérielles systoliques au niveau des membres inférieurs et supérieurs pour le calcul de l'IPS (Indice de Pression systolique)<br>OU<br>Demande si le calcul de l'IPS a été réalisé<br>(Donner feuille suivante :)<br> 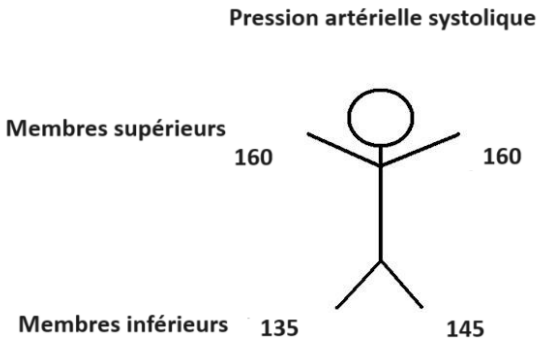 <br><br>Droite: IPS = 0,84<br>Gauche: IPS = 0,91 | 5 |
| **2) Hypothèse diagnostique** | |
| Explique l'hypothèse de l'origine **artérielle** de la douleur (crampes musculaires à l'effort, pour une distance donnée, cèdant rapidement à l'arrêt, contexte athéromateux) | 3 |
| Explique l'hypothèse d'**artériopathie oblitérante des membres inférieurs** (Facteurs de risque cardiovasculaire, absence de pouls à droite) | 3 |
| Enonce l'AOMI au niveau poplité | 2 |
| Interprète les résultats de l'IPS<br>- Claudication intermittente au stade d'**ischémie d'effort car IPS droit <0,9** | 3 |
| | /35 |
| **COMPETENCES GENERIQUES** | |
| Aptitude à mener l'examen clinique | 1 à 5 |
| Aptitude à structurer l'examen clinique | 1 à 5 |
| Aptitude à faire la synthèse des données | 1 à 5 |
| NOTE TOTALE | /50 |

# TUT'ECOS

<u>Pour l'examinateur</u> : Donner cette feuille si l'étudiant mentionne

- Le calcul de l'IPS
- La mesure des pressions artérielles des membres supérieurs et inférieurs.

**Pression artérielle systolique**




| Droite | Gauche |
|---|---|
| IPS = 0,84 | IPS = 0,91 |